For Qatar MoE Use Only

اختبار الدرس

استعمل اختبار الدرس لتقويم استيعاب الطلاب للمفاهيم الرياضية في الدرس.

يمكنكم إيجاد اختبارات الدروس في كتاب مصادر التقويم.

تحليل التمارين

التمرين	العمق المعرفي	المعيار
1	1	11F.1.4, 11F.3.1
2	2	11F.1.4, 11F.3.1
3	2	11F.1.4, 11F.3.1
4	2	11F.1.4, 11F.3.1
5	2	11F.1.4, 11F.3.1

مصادر التقويم

الاسم _____

3-1 اختبار الدرس

دالّة القيمة المطلقة

1. مدى الدالّة $f(x) = |x|$ هو $y \geq 0$. إذا كان $a < 0$ في الدالّة $g(x) = a|x|$، فما هو مدى الدالّة g؟ $y \leq 0$

2. مثّل الدالّة $g(x) = -\frac{1}{2}|x|$ بيانيًا.

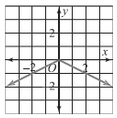

3. أيّ من العبارات التالية تصف معدّل تغيّر الدالّة f في الفترة $1.5 \leq x \leq 3$ وصفًا صحيحًا؟ اختر كلّ ما ينطبق.

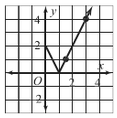

Ⓐ معدّل التغيّر يساوي $\frac{1}{2}$

● معدّل التغيّر يساوي 2

● معدّل التغيّر ثابت.

Ⓓ معدّل التغيّر متزايد.

4. ذهبت خولة سيرًا على الأقدام من منزلها إلى المتجر لشراء الفاكهة. بعد 15 دقيقة من المشي، اشترت بعض الفاكهة، ثمّ سارت إلى منزلها بنفس السرعة. يوضّح التمثيل البياني المجاور المسافة التي تفصل خولة عن المتجر كدالّة للزمن. ما سرعة خولة في المشي؟

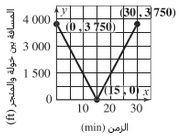

Ⓐ 280 ft/min

Ⓑ 270 ft/min

Ⓒ 260 ft/min

● 250 ft/min

5. ما مجال ومدى الدالّة $h(x) = 3|x|$؟

Ⓐ المجال: كلّ الأعداد الحقيقيّة؛ المدى: $y \leq 0$

Ⓑ المجال: $x \geq 0$؛ المدى: كلّ الأعداد الحقيقيّة

Ⓒ المجال: $x \leq 0$؛ المدى: كلّ الأعداد الحقيقيّة

● المجال: كلّ الأعداد الحقيقيّة؛ المدى: $y \geq 0$

مصادر التقويم

For Qatar MoE Use Only