For Qatar MoE Use Only

اختبار الدرس

استعمل اختبار الدرس لتقويم استيعاب الطلاب للمفاهيم الرياضية في الدرس.

يمكنكم إيجاد اختبارات الدروس في كتاب مصادر التقويم.

تحليل التمارين

التمرين	العمق المعرفي	المعيار
1	2	11F.1.5
2	2	11F.1.5
3	2	11F.1.5
4	2	11F.1.5
5	2	11F.1.5

مصادر التقويم

الاسم _____

3-2 اختبار الدرس

الدوالّ المتعدّدة التعريف

1. انطلاقًا من تعريف الدالّة المطلقة،

$x \geq 0$ إذا كان $|3x| =$ $3x$

$x < 0$ إذا كان $|3x| =$ $-3x$

في التمرينين 2 و 3، استعمل التمثيل البيانيّ الموضّح للدالّة $f(x) = \begin{cases} x+3, & x < -1 \\ -4x-2, & x \geq -1 \end{cases}$.

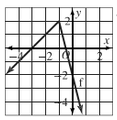

2. في أيّ جزء من المجال تكون الدالّة f متناقصة؟

Ⓐ $x < -1$ ● $x \geq -1$

Ⓑ $x \geq 2$ Ⓓ $x < 2$

3. في أيّ جزء من المجال تكون الدالّة f متزايدة؟

● $x < -1$ Ⓒ $x \geq -1$

Ⓑ $x \geq 2$ Ⓓ $x < 2$

4. مثّل الدالّة التالية بيانيًا:

$$g(x) = \begin{cases} -\frac{3}{4}x + 2, & x \leq 4 \\ \frac{1}{2}x - 3, & x > 4 \end{cases}$$

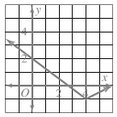

5. يوضّح التمثيل البيانيّ المجاور المبالغ التي يدفعها الزبائن مقابل x كيلوجرام من الجبن عند صندوق المحاسبة في أحد المتاجر. يدفع الزبائن مبلغًا محدّدًا مقابل الكيلوجرام الواحد حتى كمّيّة 5 كيلوجرامات بالضبط. إذا اشترى الزبون أكثر من 5 كيلوجرامات، يتمّ تخفيض السعر للكيلوجرامات الإضافيّة.

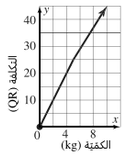

أكمل ما يلي:

الدالّة المتعدّدة التعريف التي تمثّل الرسم البيانيّ هي

$$f(x) = \begin{cases} 5x, & 0 < x \leq 5 \\ 25 + 4(x-5), & x > 5 \end{cases}$$

الزبائن الذين يشترون كمّيّة تصل إلى 5 كيلوجرامات، يدفعون QR 5 لكلّ كيلوجرام.

الزبائن الذين يشترون أكثر من 5 كيلوجرامات، يدفعون QR 25 مقابل أوّل 5 كيلوجرامات.

يدفع الزبائن QR 4 مقابل كلّ كيلوجرام إضافيّ عند شرائهم أكثر من 5 كيلوجرامات.

مصادر التقويم

For Qatar MoE Use Only