For Qatar MoE Use Only

تدرَّب وحُل مسائل

دليل المهام

أساسي	متقدم
12-29	12-29

تحليل التمارين

المثال	التمارين	العمق المعرفي
1	13	2
	17, 26	3
2	14	2
	18, 25	3
3	12, 27	1
	15, 16, 24	3
4	19-23, 28	2
	29	3

الإجابات

12. 9 و 12؛ 50% من البيانات التي في الوسط تقع بين الربيع الأول والربيع الثالث.

13. قد تتنوّع الإجابات. نموذج إجابة: درجات طلاب أحد الصفوف في اختبار؛ بما أن التمثيل بالنقاط يعرض قيم البيانات الفردية، فستختار هذه الطريقة لعرض البيانات إذا أردت معرفة عدد الأشخاص الذين حصلوا على درجة معينة في الاختبار.

14. لا يمكن تحديد الوسيط من المدرج التكراري لأنه لا يعرض القيم المنفردة في كل عمود.

15. **a.** كلا، لا يبيّن مخطط الصندوق وطرفيه القيم المنفردة.

b. كلا، لا يبيّن مخطط الصندوق وطرفيه القيم المنفردة، لذا لا يمكن تحديد التكرارات لكل خانة في المدرج التكراري.

16. 43؛ يبيّن مخطط الصندوق وطرفيه الوسيط.

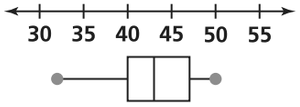

17. 5؛ يبيّن التمثيل بالنقاط قيم البيانات الفردية.

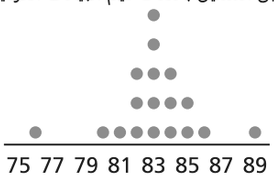

18. 6؛ يستعمل المدرج التكراري الفترات.

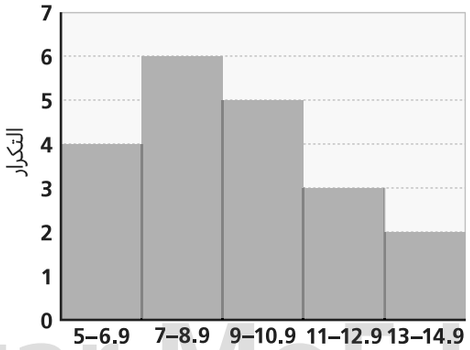

19. التمثيل بالنقاط

20. المدرج التكراري

21. مخطط الصندوق وطرفيه

تدرَّب وحُل مسائل

عزِّز فهمك

12. برّر منطقيًّا يبيّن الشكل أدناه، مجموعة بيانات ممثّلة بمخطط الصندوق وطرفيه. بين أي قيمتين تقع 50% من البيانات التي في المنتصف؟ وضّح إجابتك.

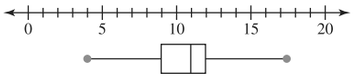

13. عمّم اكتب موقفًا يكون فيه التمثيل بالنقاط الطريقة الأفضل لعرض مجموعة البيانات التي تمثّل هذا الموقف. وضّح إجابتك.

14. حلّل الخطأ حلّل جاسم المدرج التكراري أدناه كما هو مبيّن. صِف الأخطاء التي وقع فيها جاسم وصحّحها.

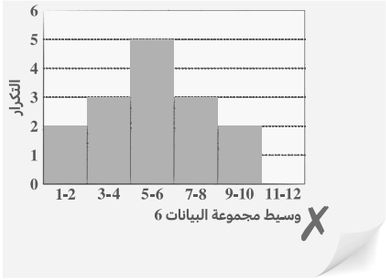

15. مهارات التفكير العليا يمثّل مخطط الصندوق وطرفيه الموضّح أدناه مجموعة بيانات مكوّنة من 12 قيمة.
القيمة الصغرى والرّبيع الأول والوسيط والرّبيع الثالث والقيمة العظمى هي على الترتيب: 6 و 8 و 10 و 12 و 14

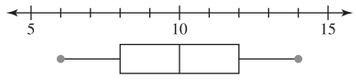

a. هل يمكن إنشاء تمثيل بالنقاط لمجموعة البيانات هذه باستعمال مخطط الصندوق وطرفيه والقيم المعطاة فقط؟ وضّح إجابتك.

b. هل يمكن إنشاء مدرج تكراري لمجموعة البيانات هذه باستعمال مخطط الصندوق وطرفيه والقيم المعطاة فقط؟ وضّح إجابتك.

تدرَّب

في التمارين 16-18، أنشئ العرض الذي يبيّن الإجابة الأفضل عن السؤال بالنسبة لمجموعة البيانات. انظر الأمثلة 1 و 2 و 3 و 4

16. ما وسيط قيم مجموعة البيانات أدناه؟

40	47	43	35
42	32	40	47
49	46	50	42
48	43	34	45

17. ما تكرار القيمة 83؟

85	81	83	84	83	80
84	86	76	83	82	83
82	82	84	89	85	83

18. ما عدد قيم البيانات التي تقع بين العددين 7 و 9؟

9.6	5.5	8.4	9.1	6.7
7.2	11.5	9.2	5.2	7.6
11.1	6.1	7.2	14.8	12.5
8.4	10.5	10.2	8.4	13.5

في التمارين 19-21، حدّد الطريقة الأفضل لعرض مجموعة البيانات بحيث تتمكن من الإجابة عن السؤال: التمثيل بالنقاط أم المدرج التكراري أم مخطط الصندوق وطرفيه؟ انظر المثال 4

19. ما عدد القيم الأكبر من أي قيمة معطاة في مجموعة البيانات؟

20. ما التكرار لكل فترة مكوّنة من 5 نقاط؟

21. 25% من قيم البيانات أصغر من أي قيمة؟

في التمرينين 22 و 23، انظر مجموعة البيانات الممثّلة بالنقاط. اعرض هذه البيانات بطريقة أخرى تبيّن بشكل أفضل إجابة السؤال. انظر المثال 1 و 2 و 3 و 4

22. ما عدد قيم البيانات التي تقع بين العددين 8 و 10 ضمنًا؟

23. ما قيمة الرّبيع الأول لمجموعة البيانات؟

96 الوحدة 5 الإحصاء

For Qatar MoE Use Only