For Qatar MoE Use Only

الإجابات

.24 بين QR 39 و QR 98.

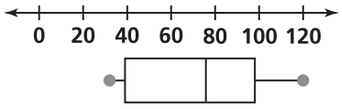

.25

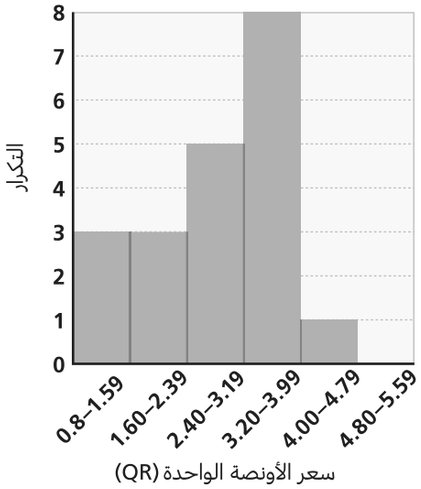

السعر الذي تدفعه ليلى أقل من 70% من الأسعار الأخرى.

.26 8 متنافسين أحرزوا نقاطًا أكثر من عبدالعزيز.

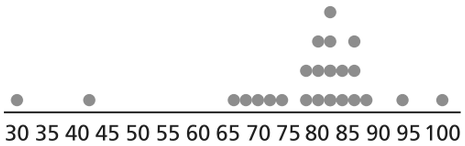

.29 **الجزء A** من الأفضل استعمال التمثيل بالنقاط والمدرج التكراري لعرض شكل توزيع البيانات. بالنسبة إلى هذه البيانات، ستكون البيانات على التمثيل البياني مشتتة جدًا، لذا استعمل مدرجًا تكراريًا.

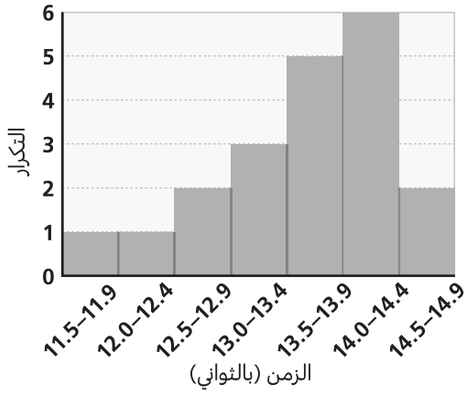

الجزء B من الأفضل استعمال مخطط الصندوق وطرفيه لعرض تشتت البيانات على جانبي الوسيط.

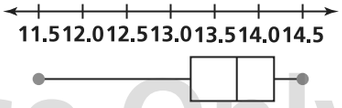

تدرَّب وحُل مسائل

طبِّق

.24 **نمذج** تحوك منى أوشحة وتبيعها عبر الإنترنت. يبيّن الجدول أدناه أسعار الأوشحة التي باعتها الشهر الفائت. ما أسعار 50% من الأوشحة المبيعة التي تقع في الوسط؟ أنشئ عرضًا للبيانات يبيّن الإجابة عن هذا السؤال؟

أسعار الأوشحة (QR)				
35	32	60	80	36
90	45	76	96	92
100	120	60	38	75
36	36	100	100	100
95	58	100	85	40

.25 **فكّر وثابر في الحل** تدفع نورة عادةً مبلغًا يتراوح بين QR 1.6 و QR 2.4 للأونصة الواحدة من الشامبو المفضل لديها. لذا تقوم بجمع المعلومات عن أسعار نفس النوع من الشامبو في المتاجر القريبة من منزلها. يبيّن الجدول أدناه الأسعار بالريال القطري. أنشئ عرضًا للبيانات يتيح لنورة المقارنة بسهولة بين الأسعار المعروضة أدناه والسعر الذي تدفعه. ما وجه المقارنة بين هذه الأسعار والسعر الذي تدفعه نورة الآن؟

مقارنة أسعار الشامبو				
1.56	2.60	1.16	3.80	2.20
3.00	3.96	4.40	1.68	3.96
3.96	3.40	1.36	3.96	2.60
3.00	2.00	3.80	3.00	3.80

.26 **استعمل البنية** أحرز عبدالعزيز 82 نقطة في مسابقة برياضة الكاراتيه، ويريد مقارنة مجموع نقاطه بمجموع نقاط منافسيه ليعرف عدد المنافسين الذين أحرزوا نقاطًا أكثر منه. يبيّن الجدول أدناه مجموع نقاط المشاركين في المسابقة. ما طريقة عرض البيانات الأكثر ملائمة للإجابة عن سؤال عبدالعزيز؟ أنشئ عرضًا للبيانات وحلّل أداء عبدالعزيز.

نتائج مسابقة الكاراتيه					
78	66	82	86	72	70
74	86	30	80	89	80
82	68	100	84	84	42
86	82	80	94	78	82

تدرَّب على اختبار

.27 بالنظر إلى مخطط الصندوق وطرفيه. هل يعرض مخطط الصندوق وطرفيه خصائص مجموعات البيانات المذكورة أدناه؟ اختر نعم أو لا.

	نعم	لا
وسيط مجموعة البيانات	☑	☐
القيم المنفردة في مجموعة البيانات	☐	☑
القيم المتطرفة	☐	☑
القيمة الصغرى لمجموعة البيانات	☑	☐

.28 **اختبار SAT/ACT** أي طريقة (أو أكثر) من الطرق التالية تبيّن الوسيط لمجموعة بيانات؟

Ⓐ التمثيل بالنقاط فقط

Ⓑ مخطط الصندوق وطرفيه فقط

Ⓒ التمثيل بالنقاط ومخطط الصندوق وطرفيه

Ⓓ المدرج التكراري ومخطط الصندوق وطرفيه

Ⓔ التمثيل بالنقاط والمدرج التكراري ومخطط الصندوق وطرفيه

.29 **مهمة أدائية** تستعمل مجموعة من الطلاب ساعة ميقاتية لتسجيل الأزمنة التي يحققونها في سباق المئة متر. حدّد ما إذا كان على كل طالب من هؤلاء الطلاب اختيار التمثيل بالنقاط، أم المدرج التكراري، أم مخطط الصندوق وطرفيه لعرض البيانات.
وضّح تبريرك المنطقي، ثم أنشئ عرضًا للبيانات.



12.5	13.5	14.1	12.8	13.4
14.0	11.5	14.2	13.9	14.4
13.3	14.5	13.2	13.6	12.0
14.5	13.5	14.4	14.1	13.9

الجزء A يريد جاسم استعمال طريقة لعرض البيانات تبيّن شكل توزيع البيانات بوضوح.

الجزء B يريد سالم استعمال طريقة لعرض البيانات تبيّن كيفية انتشار البيانات فوق الوسيط وتحته.

الجزء C يريد حمد استعمال طريقة لعرض البيانات تقوم بتجميع البيانات ضمن فترات.

الجزء D يريد راشد استعمال طريقة لعرض البيانات يمكنه استعماله لإيجاد الوسط الحسابي لمجموعة البيانات.

الجزء C من الأفضل استعمال المدرج التكراري لتجميع البيانات ضمن فترات؛ راجع الجزء A؛

الجزء D من الأفضل استعمال التمثيل بالنقاط؛ لإيجاد الوسط الحسابي، على راشد أن يعرف قيم البيانات الفردية.

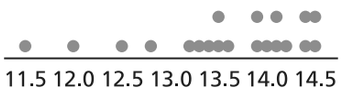

For Qatar MoE Use Only