For Qatar MoE Use Only

فيديوهات التّعلم

مثال 3 مقارنة مجموعات بيانات معروضة باستعمال المدرج التكراري

استعمال التمثيلات الرياضية والربط بينها

س: كيف يعرض المدرج التكراري مجموعة بيانات؟

[يبين المدرج التكراري توزيع القيم في مجموعة بيانات من خلال تجميع البيانات ضمن فترات.]

س: لماذا العرض البصري للبيانات في المدرجين التكراريين أكثر فائدة في تحليل البيانات من مجرد معرفة الوسط الحسابي لأعمار المشاهدين من الفئة العمرية المستهدفة وعددهم؟

[الوسط الحسابي لأعمار متابعي البرنامجين من الفئة العمرية المستهدفة هو نفسه، وكذلك عدد المشاهدين. من خلال النظر إلى المدرجين التكراريين، يمكنك ملاحظة أن البرنامج الأول لا يتابعه أي مشاهد من الفئة العمرية 20-24 سنة. في حين يتابع البرنامج الثاني مشاهدون من كل الفئات العمرية ضمن المدى العمري المستهدف، ومشاهدون من الفئات العمرية التي تقع على جانبي المدى العمري المستهدف، ومن المرجّح أن يشتروا منتج الشركة الجديد.]

حاول أن تحلّ! الإجابات

3. البرنامج الأول؛ إجمالي عدد متابعي البرنامج الأول الذين تتراوح أعمارهم بين 25 و 34 عامًا هو 18، بينما إجمالي عدد متابعي البرنامج الثاني الذين تتراوح أعمارهم بين 25 و 34 عامًا هو 9 مشاهدين فقط.

استنباط الدليل على تفكير الطلاب واستعماله

س: ما المعلومات الأخرى المبيّنة في المدرجين التكراريين التي قد تكون مفيدة لاتخاذ القرارات؟

[يمكن للعدد الكلي للأشخاص الذين يتابعون كل برنامج أن يساعد فريق التسويق على تحديد ما إذا كان يجب الإعلان عن المنتج أثناء عرض البرنامج بشكل عام أم لا.]

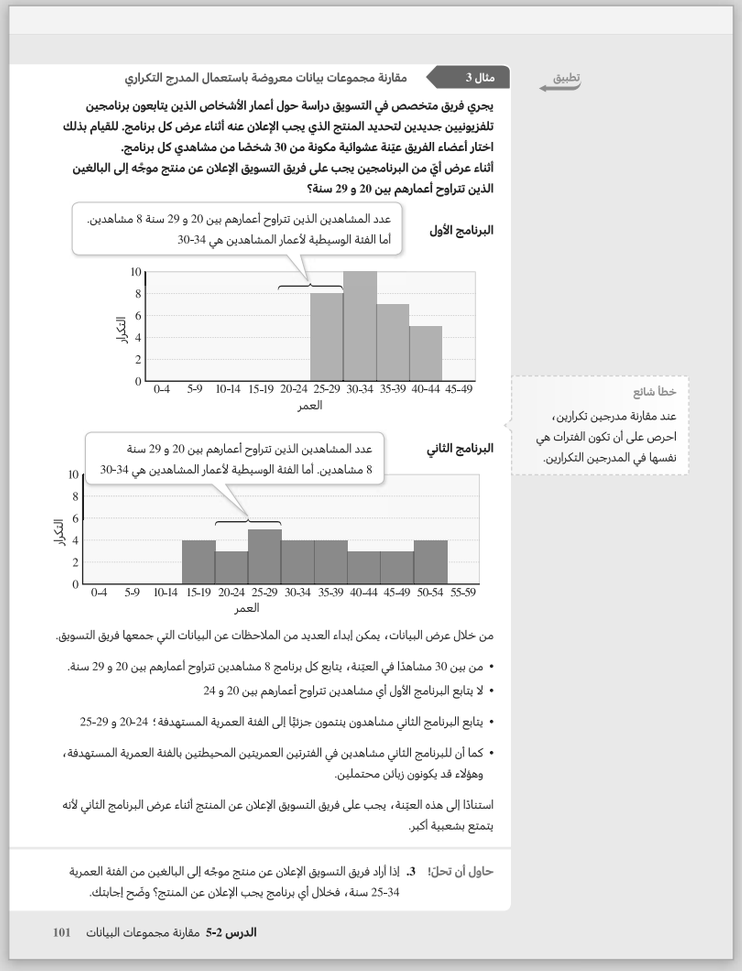

تطبيق

مثال 3 مقارنة مجموعات بيانات معروضة باستعمال المدرج التكراري

يجري فريق متخصص في التسويق دراسة حول أعمار الأشخاص الذين يتابعون برنامجين تلفزيونيين جديدين لتحديد المنتج الذي يجب الإعلان عنه أثناء عرض كل برنامج. للقيام بذلك اختار أعضاء الفريق عيّنة عشوائية مكونة من 30 شخصًا من مشاهدي كل برنامج.
أثناء عرض أيّ من البرنامجين يجب على فريق التسويق الإعلان عن منتج موجّه إلى البالغين الذين تتراوح أعمارهم بين 20 و 29 سنة؟

البرنامج الأول

عدد المشاهدين الذين تتراوح أعمارهم بين 20 و 29 سنة 8 مشاهدين. أما الفئة الوسيطية لأعمار المشاهدين هي 30-34

البرنامج الثاني

عدد المشاهدين الذين تتراوح أعمارهم بين 20 و 29 سنة 8 مشاهدين. أما الفئة الوسيطية لأعمار المشاهدين هي 30-34

خطأ شائع
عند مقارنة مدرجين تكراريين، احرص على أن تكون الفترات هي نفسها في المدرجين التكراريين.

من خلال عرض البيانات، يمكن إبداء العديد من الملاحظات عن البيانات التي جمعها فريق التسويق.

- من بين 30 مشاهدًا في العيّنة، يتابع كل برنامج 8 مشاهدين تتراوح أعمارهم بين 20 و 29 سنة.
- لا يتابع البرنامج الأول أي مشاهدين تتراوح أعمارهم بين 20 و 24
- يتابع البرنامج الثاني مشاهدون ينتمون جزئيًا إلى الفئة العمرية المستهدفة؛ 20-24 و 25-29
- كما أن للبرنامج الثاني مشاهدين في الفترتين العمريتين المحيطتين بالفئة العمرية المستهدفة، وهؤلاء قد يكونون زبائن محتملين.

استنادًا إلى هذه العيّنة، يجب على فريق التسويق الإعلان عن المنتج أثناء عرض البرنامج الثاني لأنه يتمتع بشعبية أكبر.

حاول أن تحلّ! **3.** إذا أراد فريق التسويق الإعلان عن منتج موجّه إلى البالغين من الفئة العمرية 25-34 سنة، فخلال أي برنامج يجب الإعلان عن المنتج؟ وضّح إجابتك.

الدرس 2-5 مقارنة مجموعات البيانات 101

الطلاب الذين يواجهون صعوبات

استعمل مع المثال 3 يحتاج بعض الطلاب إلى تدريب إضافي على مقارنة مجموعات البيانات المعروضة في المدرجات التكرارية.

- يبيّن المدرجان التكراريان أدناه عدد الأيام التي تكون فيها درجات الحرارة ضمن مدى معين في موقعين مختلفين.

س: أي الموقعين هو الأفضل لنمو المحاصيل الزراعية إذا كانت درجة الحرارة الأمثل لنمو المحاصيل تتراوح بين 70 و 89 درجة؟

[عدد الأيام التي تكون فيها درجة الحرارة ضمن هذا المدى في الموقع B أكبر.]

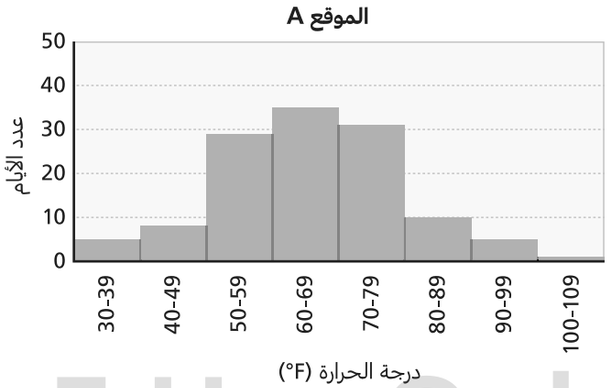

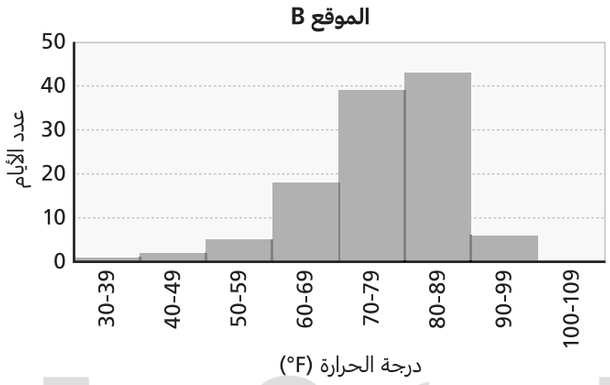

For Qatar MoE Use Only