For Qatar MoE Use Only

اختبار الدرس

استعمل اختبار الدرس لتقويم استيعاب الطلاب للمفاهيم الرياضية في الدرس.

يمكنكم إيجاد اختبارات الدروس في كتاب مصادر التقويم.

تحليل التمارين

التمرين	العمق المعرفي	المعيار
1	1	11F.6.1, 11F.6.2, 11F.6.3
2	2	11F.6.1, 11F.6.2, 11F.6.3
3	1	11F.6.1, 11F.6.2, 11F.6.3
4	1	11F.6.1, 11F.6.2, 11F.6.3
5	2	11F.6.1, 11F.6.2, 11F.6.3

مصادر التقويم

الاسم _____

5-2 اختبار الدرس

مقارنة مجموعات البيانات

1. يوضّح التمثيلان بالنقاط أدناه أعمار الطلّاب في عرضين مسرحيّين أثناء مهرجان المسرح المدرسيّ.
أيّ من مجموعتَي البيانات لها نسبتٌ أكبر؟

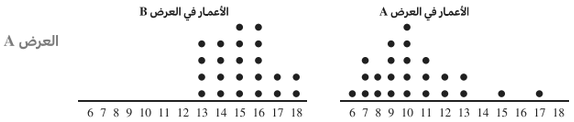

2. استعمل مجموعتي البيانات الواردتين في التمرين 1 لتحديد متوسط الانحراف المطلق (MAD) للأعمار في العرض B.

Ⓐ 0 ● 1.252 Ⓒ 1.4 Ⓓ 16

3. يوضّح مخطّط الصندوق وطرفيه المجاور البيانات الواردة في التمرين 1

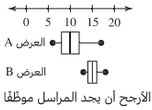

أكمل الجملة التالية: يبيّن مخطّط الصندوق وطرفيه أنّ 75 % من الطلّاب في العرض A أصغر سنًّا من أصغر الطلّاب سنًّا في العرض B.

4. يريد مراسل صحفيّ إجراء مقابلة مع موظّف يعمل أقلّ من 30 ساعة أسبوعيًّا. هل الأرجح أن يجد المراسل موظّفًا كهذا في الشركة A أم في الشركة B؟

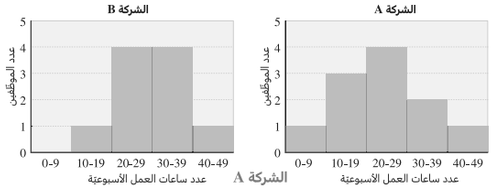

5. استعمل المدرّجين التكراريّين الواردين في التمرين 4 لتحديد العبارة الصحيحة ممّا يلي:

Ⓐ الوسط الحسابيّ لعدد ساعات العمل الأسبوعيّة في الشركة B أصغر من 25

● الوسيط لعدد ساعات العمل في الشركة A أصغر من 35

Ⓒ الانحراف المعياريّ لعدد ساعات العمل في الشركة A أصغر من الانحراف المعياريّ لعدد ساعات العمل في الشركة B.

Ⓓ المدى الرُّبيعيّ (IQR) لعدد ساعات العمل في الشركة B أكبر من المدى الرُّبيعيّ (IQR) لعدد ساعات العمل في الشركة A.

مصادر التقويم

For Qatar MoE Use Only