For Qatar MoE Use Only

تقويم الوحدة - النموذج A

الاسم _____

5 تقويم الوحدة، النموذج A

في التمرينين 1 و 2، استعمل مجموعة البيانات التالية:
2, 4, 6, 9, 14
قرّب إجابتك إلى أقرب جزء من عشرة من الوحدة إذا لزم الأمر.

1. أوجد قيمة وسط الانحراف المطلق. 3.6

2. أوجد قيمة الانحراف المعياريّ. 4.2

في التمرينين 3 و 4، استعمل مخطّط الصندوق وطرفيه.

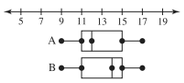

3. في أيّ مجموعة بيانات عدد قيم البيانات الأصغر من 13 أكبر؟ A

4. في أيّ مجموعة بيانات قيمة الوسط الحسابيّ أصغر من قيمة الوسيط؟ B

في التمارين 5-7، استعمل الجدول التكراريّ المزدوج.

	كتب	مجلات	المجموع
الصفّ التاسع	4	6	10
الصفّ العاشر	30	10	40
المجموع	34	16	50

5. ما عدد طلّاب الصفّ التاسع الذين يحبّون الكتب؟ 4

6. ما النسبة المئويّة لطلّاب الصفّ العاشر المشاركين في الاستطلاع؟

Ⓐ 90% ● 80% Ⓒ 20% Ⓓ 10%

7. أكمل جدول التكرار النسبيّ المشروط أدناه.

	كتب	مجلات	المجموع
الصفّ التاسع	40%	60%	100%
الصفّ العاشر	75%	25%	100%
المجموع	68%	32%	100%

8. أيّ من الخيارات التالية يمثّل الوصف الأفضل لمخطّط الصندوق وطرفيه أدناه؟ اختر كلّ ما ينطبق.

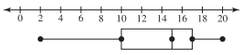

Ⓐ مجموعة البيانات ملتوية إلى اليمين.

● مجموعة البيانات ملتوية إلى اليسار.

● 50% تقريبًا من القيم تقع بين 10 و 17

Ⓓ 50% تقريبًا من القيم تقع بين 2 و 10

9. في مجموعة بيانات، قيمة الوسط الحسابيّ أصغر من قيمة الوسيط. ماذا يمكنك أن تستنتج من ذلك عن البيانات؟

Ⓐ البيانات ملتوية إلى اليمين.

● البيانات ملتوية إلى اليسار.

Ⓒ توزيع البيانات متماثل.

Ⓓ توزيع البيانات جرسيّ الشكل.

10. مجموعة بيانات A ذات توزيع طبيعيّ مع وسط حسابيّ يساوي 10 ووسط انحراف مطلق يساوي 2، ومجموعة بيانات B ذات توزيع طبيعيّ مع وسط حسابيّ يساوي 10 ووسط انحراف مطلق يساوي 5 أيّ من الخيارات التالية يمثّل الوصف الأفضل لمجموعتي البيانات هاتين؟ اختر كلّ ما ينطبق.

Ⓐ لتوزيع مجموعتي البيانات نفس الشكل.

● قيمة الوسط لمجموعتي البيانات هي نفسها.

● مجموعتا البيانات متناظرتان بالنسبة للوسط الحسابيّ.

Ⓓ مجموعة البيانات A أكثر تشتّتًا من مجموعة البيانات B.

11. أيّ من مخطّطات الصندوق وطرفيه أدناه يمثّل مجموعة البيانات التالية؟

1, 1, 4, 4, 4, 9, 10, 10, 10, 14, 14

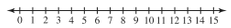

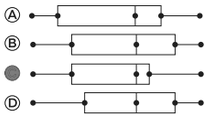

في التمارين 12-14، استعمل المدرّج التكراريّ أدناه.

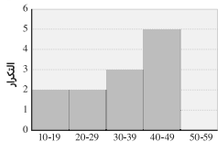

12. ما عدد القيم في مجموعة البيانات؟ 12

13. ما النسبة المئويّة للقيم التي تقع بين 10 و 30؟ 33.3%

14. قيمة وسيط مجموعة البيانات تساوي 39، أيّ من القيم التالية قد تكون قيمة الوسط الحسابيّ لمجموعة البيانات؟

Ⓐ 48.5 Ⓑ 45.2 Ⓒ 39.0 ● 32.5

في التمارين 15-17، استعمل التمثيل بالنقاط أدناه.

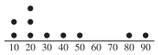

15. ما قيمة الوسط الحسابيّ للبيانات الممثّلة في التمثيل بالنقاط؟ 37

16. ما قيمة الانحراف المعياريّ للبيانات؟ 26.9

17. هل يقع الوسيط إلى يمين الوسط الحسابيّ أم إلى يساره؟ إلى اليسار

أجرى فريق من الباحثين دراسة مسحيّة في غابتين A و B لحساب عدد طيور أبو الحنّاء وعدد العصافير فيهما، وسجّلوا النتائج في الجدول التكراريّ أدناه. استعمل هذا الجدول للإجابة عن الأسئلة 18-20

	طيور أبو الحنّاء	العصافير	المجموع
الغابة A	9	16	25
الغابة B	36	64	100
المجموع	45	80	125

18. من بين طيور أبو الحنّاء، ما النسبة المئويّة لهذه الطيور الموجودة في الغابة A؟ 20%

19. من بين جميع الطيور الموجودة في الغابة A، ما النسبة المئويّة لطيور أبو الحنّاء؟ 36%

20. من بين جميع الطيور، ما النسبة المئويّة لطيور أبو الحنّاء؟ 36%

21. بلغ الوسط الحسابيّ لدرجة الحرارة المرتفعة في المدينة A خلال شهر معيّن 52.1°F، مع انحراف معياريّ يساوي 6.5°F، وبلغ الوسط الحسابيّ لدرجة الحرارة المرتفعة في المدينة B خلال نفس الشهر 81.9°F، مع انحراف معياريّ يساوي 6.4°F، أيّ من العبارات التالية صحيحة؟ اختر كلّ ما ينطبق.

Ⓐ 95% تقريبًا من درجات الحرارة المقيسة في المدينة A تتراوح بين 45.6°F و 58.6°F

● متوسط درجة الحرارة في المدينة B أكبر من متوسّط درجة الحرارة في المدينة A.

● تباين درجات الحرارة في المدينة B يساوي تقريبًا تباين درجات الحرارة في المدينة A.

اختبر استيعاب الطلاب للمفاهيم التي تعلّموها والمهارات التي اكتسبوها في الوحدة باستعمال تقويم الوحدة.

لتقويم الوحدة نسختان: النموذج *A* والنموذج *B*. كل تمرين في إحدى النسختين والتمرين الموازي له في النسخة الأخرى يهدفان إلى تقويم المحتوى نفسه. يمكن استعمال جدول تحليل التمارين الوارد في الصفحة التالية مع كلتا النسختين.

For Qatar MoE Use Only