For Qatar MoE Use Only

تقويم الوحدة - النموذج B

الاسم _____

5 تقويم الوحدة، النموذج B

في التمرينين 1 و 2، استعمل مجموعة البيانات التالية:
2, 4, 6, 7, 8, 9
قرّب إجابتك إلى أقرب جزء من عشرة من الوحدة إذا لزم الأمر.

1. أوجد قيمة وسط الانحراف المطلق. 2
2. أوجد قيمة الانحراف المعياريّ. 2.4

في التمرينين 3 و 4، استعمل مخطّط الصندوق وطرفيه.

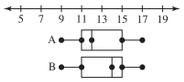

3. في أيّ مجموعة من البيانات النسبة المئويّة لقيم البيانات الأصغر من 12 أكبر؟ A
4. في أيّ مجموعة من البيانات قيمة الوسيط أصغر من قيمة الوسط الحسابيّ؟ A

في التمارين 5-7، استعمل الجدول التكراريّ المزدوج .

	كتب	مجلّات	المجموع
الصفّ التاسع	4	6	10
الصفّ العاشر	30	10	40
المجموع	34	16	50

5. ما عدد طلّاب الصفّ العاشر الذين يحبّون الكتب؟ 30
6. ما النسبة المئويّة لطلّاب الصفّ التاسع المشاركين في الاستطلاع؟
Ⓐ 90% Ⓑ 80% ● 20% Ⓓ 10%
7. أكمل جدول التكرار النسبيّ المشروط أدناه.

	كتب	مجلّات	المجموع
الصفّ التاسع	40%	60%	100%
الصفّ العاشر	75%	25%	100%
المجموع	68%	32%	100%

8. أيّ من الخيارات التالية يمثّل الوصف الأفضل لمخطّط الصندوق وطرفيه أدناه؟ اختر كلّ ما ينطبق.

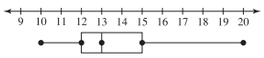

● مجموعة البيانات ملتوية إلى اليمين.
Ⓑ مجموعة البيانات ملتوية إلى اليسار.
● 50% تقريبًا من القيم تقع بين 13 و 20
● 25% تقريبًا من القيم تقع بين 10 و 12

9. في مجموعة بيانات، قيمة الوسط الحسابيّ تساوي قيمة الوسيط. ماذا يمكنك أن تستنتج من ذلك عن البيانات؟
Ⓐ البيانات ملتوية إلى اليمين.
Ⓑ البيانات ملتوية إلى اليسار.
● توزيع البيانات متماثل.
Ⓓ توزيع البيانات حرسيّ الشكل.

10. مجموعة بيانات A ذات توزيع طبيعيّ مع وسط حسابيّ يساوي 20 ووسط انحراف مطلق يساوي 2، ومجموعة بيانات B ذات توزيع طبيعيّ مع وسط حسابيّ يساوي 10 ووسط انحراف مطلق يساوي 2 أيّ من الخيارات التالية يمثّل الوصف الأفضل لمجموعتي البيانات هاتين؟ اختر كلّ ما ينطبق.
● مع أنّ مجموعتي البيانات غير متطابقتين، لكن لهما نفس الشكل.
Ⓑ قيمة الوسيط لمجموعتي البيانات هي نفسها.
● مجموعتا البيانات متناظرتان بالنسبة للوسط الحسابيّ.
Ⓓ مجموعة البيانات A أكثر تشتتًا من مجموعة البيانات B.

مصادر التقويم

11. أيّ من مخطّطات الصندوق وطرفيه أدناه يمثّل مجموعة البيانات التالية؟
1, 4, 4, 9, 10, 10, 14

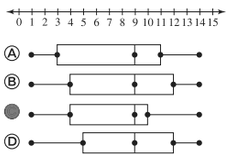

في التمارين 12-14، استعمل المدرّج التكراريّ أدناه.

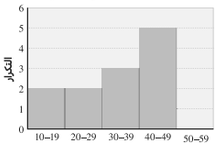

12. ما عدد القيم التي تقع بين 30 و 50؟ 8
13. ما النسبة المئويّة للقيم التي تقع بين 10 و 20؟ 17%
14. قيمة الوسط الحسابيّ لمجموعة البيانات تساوي 32.9، أيّ من القيم التالية قد تكون قيمة الوسيط لمجموعة البيانات؟
● 39.0 Ⓑ 32.5 Ⓒ 30.5 Ⓓ 30.0

في التمارين 15-17، استعمل التمثيل بالنقاط أدناه.

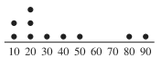

15. ما قيمة وسيط البيانات الممثّلة في التمثيل بالنقاط؟ 25
16. ما قيمة وسط الانحراف المطلق للبيانات الممثّلة في التمثيل بالنقاط؟ 22.4
17. هل يقع الوسط الحسابيّ إلى يمين الوسيط أم إلى يساره؟ إلى اليمين

أجرى فريق من الباحثين دراسة مسحيّة في غابتين A و B لحساب عدد طيور أبو الحنّاء وعدد العصافير فيهما، وسجّلوا النتائج في الجدول التكراريّ أدناه. استعمل هذا الجدول للإجابة عن الأسئلة 18-20

	العصافير	طيور أبو الحنّاء	المجموع
الغابة A	16	9	25
الغابة B	64	36	100
المجموع	80	45	125

18. من بين العصافير، ما النسبة المئويّة لهذه الطيور الموجودة في الغابة A؟ 20%
19. من بين جميع الطيور الموجودة في الغابة A، ما النسبة المئويّة للعصافير؟ 64%
20. من بين جميع الطيور، ما النسبة المئويّة للعصافير؟ 64%

21. بلغ الوسط الحسابيّ لدرجة الحرارة المرتفعة في المدينة A خلال شهر معيّن 56.0° F، مع انحراف معياريّ يساوي 3.6° F، وبلغ الوسط الحسابيّ لدرجة الحرارة المرتفعة في المدينة B خلال نفس الشهر 56.2° F، مع انحراف معياريّ يساوي 2.4° F، أيّ من العبارات التالية صحيحة؟ اختر كلّ ما ينطبق.
● 95% تقريبًا من درجات الحرارة المقيسة في المدينة A تتراوح بين 48.8°F و 63.2°F
● تباين درجات الحرارة في المدينة A أكبر من تباين درجات الحرارة في المدينة B.
● متوسط درجة الحرارة في المدينة A يساوي تقريبًا متوسط درجة الحرارة في المدينة B.

مصادر التقويم

تحليل التمارين

التمرين	العمق المعرفي	المعيار	التمرين	العمق المعرفي	المعيار
1	2	11F.6.1, 11F.6.2, 11F.6.3	12	1	11F.6.1
2	2	11F.6.2, 11F.6.3	13	2	11F.6.1
3	2	11F.6.1, 11F.6.2, 11F.6.3	14	3	11F.6.1
4	2	11F.6.1, 11F.6.2, 11F.6.3	15	2	11F.6.1
5	1	11F.6.4	16	2	11F.6.1, 11F.6.2, 11F.6.3
6	2	11F.6.4	17	2	11F.6.2, 11F.6.3
7	3	11F.6.4	18	2	11F.6.4
8	2	11F.6.1	19	2	11F.6.4
9	2	11F.6.2, 11F.6.3	20	2	11F.6.4
10	2	11F.6.2, 11F.6.3	21	2	11F.6.2, 11F.6.3
11	2	11F.6.1			

For Qatar MoE Use Only